اللجنة الدائمة للامتحانات العامة
الدراسة : المتوسطة
المادة : التربية الإسلامية واللغة العربية
اسم الطالب :

جمهورية العراق – وزارة التربية
الدور الأول / ٢٠٢٤ – ٢٠٢٥
الوقت : ثلاث ساعات
الرقم الامتحاني :

التربية الإسلامية : (يجيب عنها المسلمون فقط) **(٢٥ درجة)**

س١ : أ) أجب عن نقطة واحدة : (١٠ درجات)

١) اكتب ما تحفظه من سورة (الرحمن) من قوله تعالى : (ٱلرَّحۡمَٰنُ ... إلى قوله تعالى ... وَضَعَهَا لِلۡأَنَامِ) ، واضبط أواخر ما تكتبه .

٢) اكتب ما تحفظه من سورة (الفتح) من قوله تعالى : (إِنَّا فَتَحۡنَا ... إلى قوله تعالى ... عَلِيمًا حَكِيمًا) ، واضبط أواخر ما تكتبه .

ب) إعطِ معاني (خمس) من المفردات الآتية : (٥ درجات)

السكينة ، لا تلمزوا أنفسكم ، إنّ بعض الظن إثم ، آية ، فما تُغنِ النُّذر ، هذا يومٌ عسر ، من خشية الله .

س٢ : أجب عن فرعين ممّا يأتي : (١٠ درجات)

أ) اكتب حديثاً نبوياً شريفاً في (آداب الطريق) . ب) كيف كان رسولُ الله (ص) يُراجعُ القرآنَ الكريم ؟

جـ) بماذا أخبرَ رسولُ الله (ص) ابنته فاطمة الزهراء البتول (عليها السلام) ؟ وما الذي أبكاها ؟ ومن ثمّ أسرّها ؟

اللغة العربية : **(٧٥ درجة)**

قواعد اللغة العربية : ملاحظة : يُجيب المسلمون عن سؤالين ويُجيب غير المسلمين عن جميع الأسئلة .

س٣ : أ) ١) زن (ثلاثاً) ممّا يأتي : قُل ، اسْعَ ، لا ترضَ ، قاضٍ . (٣ درجات)

٢) اذكر أبواب (ثلاثة) أفعال من بين القوسين : (جَلَسَ ، جَبُنَ ، تَرَكَ ، هَجَعَ) . (٣ درجات)

ب) (استماتَ العراقيون من أجلِ وطنهم فدافعوا عنه ، وضحّوا لبنائه فانتصروا واندحر الإرهاب مذعوراً ، وبقيَ العراقُ لأهلهِ لِكُلّ مُحبيّ السلام) .

١) ما تحته خط أفعال ، اذكر مصادر (خمسة) منها . (٥ درجات)

٢) في العبارة أعلاه مشتقان هما (مذعوراً) و(مُحبيّ) ، بيّن نوعيهما واذكر فعليهما . (٤ درجات)

س٤ : أ) صُغ من الفعل (ساءَ) صفة مشبّهة مرّة ، واسم تفضيل مرّة ثانيه ، ثمّ ضع أحدهما في جملة تامّة . (٤ درجات)

ب) اكتب الأعداد الآتية بالكلمات واضبط قاعدة العدد والمعدود . (٥ درجات)

{ في مباراة كرة القدم يتبارى (٢ فريق) كل فريق يتألف من (١١ لاعب) يتوسطهم (١ حكم) للمباراة مدة المباراة (٩٠ دقيقة) بشوطين وقت كل شوط (٤٥ دقيقة) }

جـ) أجب عن (نقطتين) فقط : (٦ درجات)

١) عيّن اسم التفضيل ، وبيّن حالته في قوله تعالى : (وَلَلۡأٓخِرَةُ خَيۡرٞ لَّكَ مِنَ ٱلۡأُولَىٰ) .

٢) صُغ من الفعل (طرقَ) اسم آلة ، ثمّ ضعه في جملة مفيدة .

٣) (البحرُ بعيدٌ غورُه) ، اجعل معمول الصفة المشبّهة منصوباً وأعربه .

س٥ : أ) هات مصدرين مختلفين على وزن (فعيل) مع ذكر السبب . (٤ درجات)

ب) قال تعالى : (إِن تَنصُرُواْ ٱللَّهَ يَنصُرۡكُمۡ وَيُثَبِّتۡ أَقۡدَامَكُمۡ) .

١) استخرج أداة الشرط ، وبيّن نوعها ، ثمّ اذكر فعل الشرط وجوابه . (٤ درجات)

٢) استخرج حرف العطف ، وبيّن معناه ، ثمّ بيّن نوع العطف . (٣ درجات)

جـ) أجب عن نقطتين فقط : (٤ درجات)

١) استخرج النعت ، وبيّن نوعه في العبارة الآتية : (احترمْ رجلاً باذلاً مالَه في عمل الخير) .

٢) (شاركَ نفسُ الشعراءِ في المهرجان) ، اجعل الجملة مؤكّدة .

٣) (لولا الكتابةُ لضاعتِ الأفكار) ، أعرب ما تحته خط .

الأدب والنصوص : ملاحظة : يُجيب المسلمون عن سؤالين فقط ويجيب غير المسلمين عن جميع الأسئلة .

س٦ : أ) عرف (اثنين) ممّا يأتي : النثر العلمي ، حسّان بن ثابت ، شمسو . (٤ درجات)

ب) ماذا تُعدّ قصيدة الأرملة المُرضعة ؟ وما الذي يهدف إليه الشاعر فيها ؟ ثمّ اكتب (أربعة) أبيات منها مضبوطةً بالشكل . (٦ درجات)

س٧ : أ) ما هي سمات الشعر الملحمي ؟ (٣ درجات)

ب) ماذا يُعدّ العصر العباسي ؟ وما الفنون الشعرية الجديدة التي ظهرت فيه ؟ (٣ درجات)

جـ) علل (اثنين) ممّا يأتي : (٤ درجات)

١) اتفقَ الباحثون على أنّ حملة نابليون على مصر هي الفاصل بين أدب العصور المتأخرة والعصر الحديث .

٢) تُعدّ قصيدة (دجلة الخير) واحدة من أهم القصائد في الشعر العربي الحديث .

٣) على الرغم من تقدُّم العراقي (سُليمان غزالة) في كتابة المسرحية الشعرية إلاّ أنّ الريادة بقيت في هذا الفن لـ (أحمد شوقي) .

س٨ : أ) انسب (ثلاثة) من المؤلفات لأصحابها : (أساطير ، جدارية ، اللفحات ، المتنبي) . (٣ درجات)

ب) اختلف الدارسون في نشأة القصّة في الأدب العربي ، وضّح ذلك . (درجتان)

جـ) لِمَنْ قصيدة (إرادة الحياة) ؟ وعمّ تتحدث ؟ ثمّ اكتب ثلاثة أبيات منها مضبوطة بالشكل . (٥ درجات)

الإملاء والإنشاء : (٥) درجات للإملاء و (٢٠) درجة للإنشاء .

س٩ : اولاً : الإملاء : بيّن نوع الهمزة لخمس من الكلمات الآتية : (٥ درجات)

(العراق ، اسعدَ ، ارى ، امرؤ ، اعتمد ، اللتان)

ثانياً : الإنشاء : اكتب في أحد الموضوعين الآتيين : (٢٠ درجة)

١) قال الشاعر : يا عدوّ الشمس لكن لن أساوم وإلى آخر نبض من عروقي سأقاوم
هذه صرخةُ غزّة فليسمعها كلّ الأحرار في العالم .

٢) إذا كان الحقُّ يغضبُ صاحبي فلا خيرَ في صُحبتِه .

اللجنة الدائمة للامتحانات العامة
الدراسة : المتوسطة
المادة : التربية الاسلامية واللغة العربية
اسم الطالب :

جمهورية العراق – وزارة التربية
الدور الثاني / (٢٠٢٤ – ٢٠٢٥)
الوقت : ثلاث ساعات

الرقم الامتحاني :

التربية الاسلامية : (يجيب عنها المسلمون فقط) و ٢٥ درجة

س١ : أ) أجب عن نقطة واحدة : (١٠ درجات)

١) اكتب ما تحفظه من سورة الحجرات من قوله تعالى : (يَا أَيُّهَا النَّاسُ ... إلى قوله تعالى ... إِنَّ اللَّهَ عَلِيمٌ خَبِيرٌ) ، واضبط أواخر ما تكتبه .

٢) اكتب ما تحفظه من سورة القمر من قوله تعالى : (حِكْمَةٌ بَالِغَةٌ ... إلى قوله تعالى ... هَذَا يَوْمٌ عَسِرٌ) ، واضبط أواخر ما تكتبه .

ب) إعط معاني (خمس) مما يأتي : (٥ درجات)

لعلهم يتفكرون ، المهيمن ، الشمس والقمر بحسبان ، علمه البيان ، فتحاً ، ما فيه مزدجر .

س٢ : أجب عن فرعين مما يأتي : (١٠ درجات)

أ) اكتب حديثاً نبوياً شريفاً في (حلاوة الإيمان) . ب) عدّد شروط الحج .

جـ) اكتب (اثنين) من أقوال أو حكم أمير المؤمنين علي بن أبي طالب (عليه السلام) .

اللغة العربية : (٧٥ درجة)

قواعد اللغة العربية : ملاحظة : يجيب المسلمون عن سؤالين ويجيب غير المسلمين عن جميع الأسئلة .

س٣ : أ) زن ثلاثاً من الكلمات الآتية : (خذ ، ادع ، الم ، ف) . (٣ درجات)

ب) هات أبواب (ثلاثة) من الأفعال الآتية : (دخل ، ملح ، فهم ، جلس) . (٣ درجات)

جـ) أولاً) قال تعالى : (وَإِذْ قُلْنَا لِلْمَلَائِكَةِ اسْجُدُوا لِآدَمَ فَسَجَدُوا إِلَّا إِبْلِيسَ أَبَىٰ وَاسْتَكْبَرَ وَكَانَ مِنَ الْكَافِرِينَ) .

ثانياً) قال تعالى : (وَكَذَٰلِكَ أَنزَلْنَاهُ قُرْآنًا عَرَبِيًّا وَصَرَّفْنَا فِيهِ مِنَ الْوَعِيدِ لَعَلَّهُمْ يَتَّقُونَ أَوْ يُحْدِثُ لَهُمْ ذِكْرًا) .

١) في النصين المباركين أفعال تحتها خط ، اذكر مصادر (خمسة) منها . (٥ درجات)

٢) في الآية الأولى ورد المشتق (الكافرين) ، بيّن نوعه وحالته ، ثم اذكر وزن المشتق وفعله الماضي . (٤ درجات)

س٤ : أ) صُغ من الفعل (سمع) صيغة مبالغة مرة ، واسم مفعول مرة ثانية ، واسم آلة مرة ثالثة ، ثم ضع أحدها في جملة تامة . (٥ درجات)

ب) قال تعالى : (وَإِذَا حُيِّيتُم بِتَحِيَّةٍ فَحَيُّوا بِأَحْسَنَ مِنْهَا أَوْ رُدُّوهَا) .

١) استخرج اسم التفضيل واذكر حالته . (درجتان)

٢) استخرج حرف العطف ، وبيّن معناه ثم اذكر المعطوف والمعطوف عليه . (٤ درجات)

٣) استخرج أداة الشرط ، وبيّن نوعها ، ثم اذكر فعل الشرط وجواب الشرط . (٤ درجات)

س٥ : أ) مثّل بجملٍ مفيدة لـ (ثلاث) فقط : (٦ درجات)

١) حرف شرط جازم . ٢) مصدر يدلُّ على حرفة . ٣) نعت سببي . ٤) توكيد لفظي .

ب) اكتب الأعداد الآتية بالكلمات ، واضبط قاعدة العدد والمعدود : (٥ درجات)

{ يشتغلُ (٤٤ عامل) و(٢٨ عاملة) في مزرعة للقطن في (٤ فترة) لكل فترة (١١ عامل) و(٧ عاملة) } .

جـ) أعرب جملة واحدة فقط مما يأتي : (٤ درجات)

١) كافأتُ الفائزين كلَّهم . ٢) الخطيبُ طلقٌ لسانُه .

الأدب والنصوص : ملاحظة : يجيب المسلمون عن سؤالين فقط ويجيب غير المسلمين عن جميع الأسئلة .

س٦ : أ) ما الأمور التي تُميز العصر الأموي شعراً ونثراً ؟ وضّحها . (٣ درجات)

ب) عدّد سمتين من سمات الشعر التعليمي . (درجتان)

جـ) ما الذي تمثّله قصيدة (قسمات) ؟ وما الذي تعكسه ؟ ثم اكتب منها من : (عنيدٌ أنا ... إلى ... ظهرها) . (٥ درجات)

س٧ : أ) عدّد فقط (أربعة) من عوامل النهضة الأدبية في العصر الحديث . (٤ درجات)

ب) انسب (ثلاثة) من المؤلفات الآتية لأصحابها : (٣ درجات)

(أيها الأرق ، رايات ذي قار ، الأمواج ، أنشودة المطر) .

جـ) ما أقدم ملحمة في العالم ؟ وما موضوعها ؟ وما مغزاها ؟ (٣ درجات

س٨ : أ) أجب عن نقطة واحدة فقط : (٣ درجات

١) ما المقصود بالشعر التمثيلي (المسرحي) ؟

٢) عرّف (القصة) لغةً واصطلاحاً .

ب) رتّب الأسماء الآتية والعصر الذي برزوا فيه (لثلاثة فقط) . (٣ درجات)

الأسماء : (دعبل الخزاعي ، عبد الله بن رواحة ، ابن خلدون ، محمود سامي البارودي) .

العصور : (العصر الحديث ، العصر العباسي ، عصر صدر الإسلام ، العصور المتأخرة) .

جـ) رُدّ (اثنتين) من الكلمات الآتية لأبياتها موضّحاً معناها : (زنةٌ ، زانتك ، فُنّ) . (٤ درجات)

الإملاء والإنشاء : (٥) درجات للإملاء و (٢٠) درجة للإنشاء

س٩ : أولاً : **الإملاء :** عدّد (ثلاثاً) من علامات الترقيم ، ومثّل لواحدة فقط . (٥ درجات)

ثانياً : **الإنشاء :** اكتب في أحد الموضوعين الآتيين : (٢٠ درجة)

١) قال الشاعر : أوطاننا أرواحُنا بل إنها بالروح تُفدى

٢) قال الشاعر : أبارك في الناس أهل الطموح ومَنْ يستلذُّ ركوب الخطر

لا يثني الخطرُ أهلَ الطموح عن تحقيق أهدافهم السامية .

جمهورية العراق – وزارة التربية
الدور الثاني / (٢٠٢٤ – ٢٠٢٥)
الوقت : ثلاث ساعات

اللجنة الدائمة للامتحانات العامة
الدراسة : المتوسطة
المادة : الكيمياء
اسم الطالب :

الرقم الامتحاني :

ملاحظة : أجب عن خمسة أسئلة فقط ، ولكل سؤال (٢٠) درجة .

س١: أ) املأ (أربعة) من الفراغات الآتية بما يناسبها : (٨ درجات)

١) محلول غاز في غاز مثل ..... .
٢) في الجدول الدوري ، العناصر التي تتجمع يمين الجدول الدوري هي ..... .
٣) يُدعى محلول هيدروكسيد الكالسيوم الصافي بـ ..... .
٤) غاز الكلور لونه ..... .
٥) إنّ الحالة التأكسدية ..... تكون مستقرة في مركبات الكاربون والسليكون .

ب) وضّح كيف يمكنك تحضير غاز الأثيلين في المختبر؟ معززاً إجابتك بالمعادلة الكيميائية الموزونة ، مع رسم الجهاز مؤشراً على الأجزاء . (١٢ درجة)

س٢: أ) ما الشيء المشترك بين مواقع العناصر التالية في الجدول الدوري ؟ (١٢ درجة)

$_{15}P$ ، $_{11}Na$

ب) أجب عن (واحد) ممّا يأتي : (٨ درجات)

١) قارن بين عمليتي تأكسد الألمنيوم والحديد بتأثير الجو .
٢) اشرح طريقة (فراش) لاستخراج الكبريت الحر الموجود تحت الأرض .

س٣: أ) كيف يمكنك الكشف عن غاز الأمونيا ؟ معززاً إجابتك بمعادلة كيميائية موزونة . (١٠ درجات)

ب) أجب عمّا يأتي : (١٠ درجات)

١) ما هي استعمالات (الشب) ؟ اذكرها . (٦ درجات)
٢) ماذا يحدث عند غمر مقدارملعقة من السكر في وعاء بحامض الكبريتيك المركز؟ (بدون ذكر المعادلة الكيميائية) (٤ درجات)

س٤: أ) أكمل ووازن (اثنتين) من المعادلات الآتية : (١٠ درجات)

1) $H_2O + Cl_2 \longrightarrow$
2) $NH_4NO_2 \xrightarrow{H_2O}$
3) $Mg_2Si + HCl \longrightarrow$

ب) علل كلاً ممّا يأتي : (١٠ درجات)

١) لا توجد عناصر الزمرتين IA و IIA حرّة في الطبيعة .
٢) استعمال السليكون في صناعة الأجهزة والدوائر الكهربائية والحاسبات الإلكترونية .

س٥: أ) عرف (اثنين) ممّا يأتي : (١٠ درجات)

جل السليكا ، الهيدروكاربونات ، الكلوريدات .

ب) ضع كلمة (صح) أمام العبارة الصحيحة ، وكلمة (خطأ) أمام العبارة غير الصحيحة ، ثمّ صحح الخطأ إن وجد . (١٠ درجات)

١) كثافة عنصر الصوديوم (Na) أعلى من كثافة الماء بدرجة ($25^\circ C$) .
٢) عناصر الزمرة الثالثة IIIA فلزات عدا البورون شبه فلز .

س٦: أ) أذيب (5 g) من كبريتات النحاس في (20 g) من الماء المقطر ، احسب النسبه المئوية الكتلية للمذاب وكذلك للمذيب . (١٠ درجات)

ب) أجب عن (اثنين) ممّا يأتي : (١٠ درجات)

١) بيّن لماذا عند ترك حبيبات *NaOH* في الجو الرطب تتميء أولاً ثمّ تتكون عليها قشرة جافة ؟
٢) وضّح تأثير درجة الحرارة على قابلية الذوبان .
٣) اكتب بإيجاز عن نموذج (ثومسون) للذرة .

Republic of Iraq -Ministry of Education
Examination in English for Intermediate Schools

2024 / 2025
Time / 3 Hours
Second Trial

Note: Answer all the questions.

Reading Comprehension (25 Marks)

Q1) *Read the following text carefully.*

Last Saturday, Salma went for a walk. She saw a new clothing shop near her house. She went inside to look. She didn't want to buy anything, but to pass the time. The shop was big and full of nice clothes. Salma looked at some dresses. Then the shop owner walked over to her holding a golden envelope. " Congratulations! " the owner said. " You are our 1,000th customer! " Salma was surprised. She hadn't expected anything like that. She opened the envelope and found a gift card for 500,000 IQD, Salma was very happy. She used the gift card to buy clothes for herself and gifts for her family. She even had money left to buy a pair of shoes. When Salma left the shop, she smiled. She was a very lucky customer!

A) Now answer (5) of the following questions. ***(10 M)***

1. How much money was on the gift card?
2. Why did Salma go into the shop? (a. To meet a friend b. To look around)
3. Why was Salma surprised?
4. Salma received the gift from ..... . (a. the shop owner b. a worker)
5. Who did Salma buy gifts for?
6. Give the passage a suitable title.

B) Describe whether the following sentences are (True) or (False): (Choose 5 only) ***(5 M)***

1. Salma was the 10th customer.
2. She bought a new car with the gift card.
3. The shop was full of nice clothes.
4. She did not want to buy anything at first.
5. The shop owner gave Salma a silver envelope.
6. Salma smiled when she left the shop.

C) Answer (Five) of the following questions using the information from your text book: ***(10 M)***

1. Sudan gets most of its water from the Blue Nile. (True / False)
2. How did Samara's brother get so wet?
3. When did the Bedouin learn to catch falcons?
4. Students will need access to the internet. (True / False)
5. The Panther has seats for ..... people. (twelve / eight)
6. Why is Bamo Mountain the perfect place for leopards?

Q2) *Grammar and Functions.* ***(20 Marks)***

A) Do as required: (Choose 5 only) ***(10 M)***

1. (the , can , marshlands , seen , storks , be , in). (Put in the correct order to make a passive sentence)
2- The hall was empty. (Negative)
3. 15 : 20 (Tell the time)
4. I (live) in that house when I was little. (Correct the form of the verb in brackets)
5. Cows are bigger than goats. (Rewrite the sentence using " smaller ")
6. He can't paint. He can't ..... . (Complete the sentence in a <u>more polite</u> way)

B) Choose the correct choice: (Do 5 only) ***(10 M)***

1. My house is (turn / next to) the park.
2. I love chocolates. (So am I / So do I).
3. It has a (quite / really) beautiful shape. You'll love it.
4. Jassim broke his leg and (he / him) couldn't walk.
5. How about (go / going) to the park?
6. I (will / am going to) see a football match tomorrow with my friends.

باركود الاجوبة والملاحظات وتقسيم الدرجة

اقلب الصفحة

Q3) Vocabulary and Punctuation: (20 Marks)

A) Match the words with their definitions: (5 only) ***(5 M)***

(queue , falcon , documentary , review , famous , clerk)

1. three or more people waiting in line
2. well known
3. your opinion and facts about a book, film or play
4. it gives information about one subject.
5. the fastest bird in the world
6. someone who works in an office

B) Match the verbs in List A with the nouns in List B: (5 only) ***(5 M)***

List A : 1. kick 2. cut 3. do 4. borrow 5. run 6. go

List B : a. fishing b. gymnastics c. a book d. hair e. a ball f. race

C) Complete the sentences with the words in the box: ***(5 M)***

topic , free , fly , complain , interesting

باركود الاجوبة
والملاحظات
وتقسيم الدرجة

1. A bat is not a bird, but it can ..... like a bird.
2. The title tells us the questionnaire's ..... .
3. I read an ..... book recently.
4. Are you ..... on Thursday?
5. Some people ..... that they don't have enough money.

D) Punctuation :

Re – write the sentence below using correct capital letters and punctuation marks. ***(5 M)***

did mona buy the blue french shirt on friday .

Q4) Story time and Spelling: ***(20 Marks)***

A) Storytime: (10 Marks)

Answer or complete the following sentences: (5 only) ***(10 M)***

1. What did Dalia's new business do?
2. Were Majid and Ali happy when Hamad got the house?
3. What was Kareem's dream?
4. Ammar saw ..... when he walked past the school.
   (a. messy school grounds b. teachers eating lunch c. students cutting grass)
5. Why was Karam lucky after his accident?
6. Which newspaper ran the competition?

B) Spelling: (10 Marks)

Fill in the blanks with the missing words: (5 only) ***(10 M)***

1. wear , wearing ; act , ...
2. Spain , Spanish ; Iraq , ...
3. long , longer ; sad , ...
4. dog , dogs ; comedy , ...
5. help , helped ; send, ...
6. careful , carefully ; quiet , ...
7. dangerous × safe ; expensive × ..... .

Q5) Written Component: (15 Marks)

Choose either A or B: ***(15 M)***

A) Write about a country you know. The following notes may help you:

{ name of country , population , currency , language , capital city , location , climate Industry and tourist destinations }

B) Write an advert for a product.

Republic of Iraq -Ministry of Education
Examination in English for Intermediate Schools

May / 2025
Time / 3 Hours
First Trial

Note: Answer all the questions.

Reading Comprehension (25 Marks)

Q1. *Read the following text carefully.*

Mary worked in an office in London, and she usually went out to have lunch in a restaurant. She liked foreign food and often looked in the newspapers for the names of new restaurants because she enjoyed trying them and eating new dishes. Sometimes she said, "I don't like this restaurant. I'm not going to come here again, " but often she said, " I like this one. I'm going to have my lunch here often." One day she read the name of a new Greek restaurant in the newspaper and decided to go there for lunch. It was very small, but it was clean and nice, and the food was good. However, as Mary was eating, she suddenly found something hard in her mouth. She took it out. It was a button. "Look here, waiter!" she said. "I've found this button in my food. " "Thank you, thank you! " the waiter answered happily. "I've been looking everywhere for it. "

A) Now answer (5) of the following questions. ***(10 M.)***

1- Where did Mary find the names of the restaurants?
2. What kind of food did she like?
3. Where did she usually have lunch? (a. at home b. in a restaurant)
4. Why did the waiter thank Mary?
5. What did she find in her food? (a. a coin b. a button)
6. Give the passage a suitable title.

باركود الاجوبة والملاحظات وتقسيم الدرجة

B) Describe whether the following sentences are (True) or (False): (Choose 5 only) (5 M.)

1. Mary worked in an office in London.
2. One day, she went to an Indian restaurant.
3. She enjoyed eating new dishes.
4. The waiter in the restaurant was grateful.
5. The Greek restaurant was big and dirty.
6. She found new restaurants by watching Tv .

C) Answer (Five) of the following questions using the information from your text book: (10 M.)

1. Whose idea was it to hold the Asian Games?
2. What was Salma doing at the start of the story?
3. Why do the brothers want to save the leopards?
4. Ali's parents decided to come back to the farm every summer. (True / False)
5. Can you pray at the Cevahir Mall?
6. Who asked Ibn al- Haitham to regulate the River Nile?

Q2) *Grammar and Functions.* ***(20 Marks)***

A) Do as required: (Choose 5 only) ***(10 M***

1. If Sally (not / fall) , she wouldn't hurt herself. (Correct the form of the verb) .
2. The vet released the hedgehog when it got strong. (Rewrite in the passive)
3. I (see) ..... never ..... a crocodile.
(Complete the sentence with the past simple or present perfect form of the verbs in brackets) .
4. (16 : 15) (Tell the time) .
5. (he / ? / Is / science / good / at / and / maths) . (Put in the correct order to make a question)
6. Sara was sure the performance was good. (Negative)

B) Choose the correct choice: (Do 5 only) ***(10 M***

1. A mouse is not as (big / bigger) as a rat.
2. My mother is afraid of cats. (So am I / Neither am I) .
3. Her bag is made from (blue , strong fabric / strong , blue fabric) .
4. There are (any cars / lots of plants) .
5. The teachers (who / which) teach at this school have been trained to become teachers at universit
6. I think safety is (quite / really) important. It's the only thing I look for!

اقلب الصفحة

Q3) Vocabulary and Punctuation: (20 Marks)

A) Match the words with their definitions: (5 only) **(5 M.)**

(horror , show , weather , advertisement , optics , profit)

1. to exhibit or display.
2. words and pictures to help sell things.
3. a scary book, film or play.
4. information about sun, rain, and temperature.
5. the science of light and how it moves.
6. a business's money after expenses.

باركود الاجوبة والملاحظات وتقسيم الدرجة

B) Complete the sentences with the words in the box: **(5 M.)**

(difficult , Bahraini , airbags , quietly , park)

1. Traditional ..... foods include machboos and muhammar.
2. How about going to the ..... ?
3. At university, some courses are very ..... .
4. Cars have ..... so you can be safe in a crash.
5. When I speak ..... , my teachers says, " Speak up! "

C) Write the following words under the correct headings: (5 only) **(5 M.)**

{ journey , pharmacist , swimming , vegetables , friendly , desert }

1. Describing people 2. Geography 3. Sports 4. Jobs 5. Agriculture 6. Travel

D) Punctuation :

Re – write the sentence below using correct capital letters and punctuation marks. **(5 M.)**

was he happy yes he was

Q4) Story time and Spelling: **(20 Marks)**

A) Storytime: (10 Marks) **(10 M.)**

Answer or complete the following sentences: (5 only)

1. What two things did Salam take with him?
2. Why was Kareem so happy with the prize?
3. Hamad bought ..... . (a. a candle b. feathers)
4. What happened to the students when the term began?
5. The farmer (paid Dalia a good salary / started a new business) when the farm started to turn a profit.
6. Karam ran into the road to save his mother. (True / False)

B) Spelling: (10 Marks) **(10 M)**

Fill in the blanks with the missing words: (5 only)

1. expensive , cheap ; uncomfortable , ...
2. is , was ; fly , ...
3. fast , fastest ; useful , ...
4. bus , by bus ; foot , ...
5. he , him ; we , ...
6. views , sights ; exhausted , ...
7. do not , don't ; will not , ...

Q5) Written Component: (15 Marks) **(15 M.)**

Choose either A or B:

A) Write about a simple event that happened to you.

B) Write a fact file on wildlife. Your fact file should include information about :

Way of life / Wild life / What has changed in recent years and why?

Republic of Iraq -Ministry of Education
Examination in English for Intermediate Schools

Jan. / 2025
Time / 3 Hours
Preliminary Exam

Note: Answer all the questions.

Reading Comprehension ***(25 Marks)***

Q1) ***Read the following text carefully.***

Mrs. Green was eighty, but she had a small car and she always drove to the shops in it on Saturday and brought her food. She didn't drive fast because she was old. She drove well and never hit anything. Sometimes her grandchildren said to her, "Please don't drive your car, Grandmother. We can take you to the shops. " But she always said, "No, I like driving. I've driven for fifty years and I'm not going to stop now. " Last Saturday, she stopped her car at some traffic lights because they were red, and then it did not start again. The lights were green, then yellow, then red, then green again, but her car did not start. "What am I going to do now?" She said. But then a policeman came and said to her kindly, " Good morning. Don't you like any of our colours today? "

A) Now Answer (Five) of the following questions: ***(10 M.)***

1. How did Mrs. Green go to the shops?
2. Why did she stop at the traffic-lights?
3. When did she go to the shops?
4. Was Mrs. Green young?
5. Why did she drive slowly?
6. Give the passage a suitable title.

B) Describe whether the following sentences are (True) or (False): (Choose 5 only) (5 M.)

1. Mrs. Green had a small car.
2. She did not drive well.
3. She always bought her food on Sunday.
4. She has driven for fifty years.
5. Mrs. Green's engine did not start.
6. Her grandchildren were happy when she drove her car.

C) Answer (Five) of the following questions using the information from your texts book: (10 M.)

1. Ibrahim found out about animals from television. (True / False)
2. How did Samara's brother get so wet?
3. Why haven't too many birds been killed?
4. You don't need to think about charging points when you own a Panther. (True / False)
5. Where were the first Games held?
6. When did the Cevahir Mall open?

Q2) Grammar and Functions. ***(20 Marks)***

A) Do as required: (Choose 5 only) ***(10 M.)***

1. Cars have airbags. (Give reason use: " be safe in a crash")
2. Rawan found the hedgehog. (Re-write in the passive)
3. (he / does / ? / Where / live) . (Put the words in the correct order to make a question)
4. She can't sing. She's not ..... . (More polite)
5- (17 : 00) . (Tell the time)
6. The audience stayed very quiet. (negative)

B) Choose the correct choice: (Choose 5 only) ***(10 M.)***

1. Why not (go / going) to the funfair?
2. If you (will eat / eat) too many sweets, you will feel ill.
3. Can I have (a / an) apple, please?
4. She has an (old , ugly , little / ugly , little , old) dog.
5. I think this is (quite / really) a cheap bike. What do you think?
6. What was Salma (do / doing) before the dog ran at her?

اقلب الصفحة

Q3) Vocabulary and Punctuation: (20 Marks)

A) Match the words with their definitions: (Choose 5 only) ***(5 M.)***

(engine , fashion designer , documentary , clumsy , famous , crops)

1. Always having silly accidents.
2. Well known.
3. It makes cars, boats and planes move.
4. Rice and wheat, for example.
5. Someone who designs and makes clothes.
6. It gives information about one subject.

B) Match the verbs in List A with the nouns in List B to make sentences: (5 only) ***(5 M.)***

List A: 1. do 2. watch 3. score 4. kick 5. put out 6. write

List B: a. a goal b. fires c. gymnastics d. a letter e. TV. f. a ball.

C) Complete the sentences with the words in the box: (5 only) ***(5 M.)***

(oil , next to , free , technology , bakery officer)

1. Are you . free . on Thursday?
2. She asked him to go to the ..... to buy some bread.
3. Libya's main product is ..... .
4. You can get advice on a good job from a careers ..... .
5. Schools in the future will have more ..... .
6. My house is ..... the park.

D) Punctuation :

Re – write the sentence below using correct capital letters and punctuation marks. ***(5 M.)***

did wisam taha arrive in cairo yesterday

Q4) Story time and Spelling: ***(20 Marks)***

A) Storytime: (10 Marks)

Answer or complete the following sentences: (5 only) ***(10 M.)***

1. Huda and Mariam studied hard at school. (True / False)
2. What was Kareem's dream?
3. What did Hamad buy?
4. ..... knew someone who could bring new plants. (Ayaa / Ayaa's sister)
5. Karam helped his brothers with their ..... . (homework / housework)
6. Which newspaper ran the competition?

B) Spelling: ***(10 Marks)***

Fill in the blanks with the missing words. (Choose 5 only) ***(10 M.)***

1. leg , legs ; story , ...
2. enjoy , enjoyed ; lose , ...
3. Bahrain , Bahraini ; Canada , ...
4. small , smaller ; dry , ...
5. he , him ; they , ...
6. play , playing ; run , ...

Q5) Written Component: ***(15 Marks)***

Choose either A or B:

A) *Write about your life.*

B) *Write an advert about a product of your choice.*

ملازمنا

اللجنة الدائمة للامتحانات العامة
الدراسة : المتوسطة
المادة : الرياضيات

جمهورية العراق - وزارة التربية
الدور الأول / ٢٠٢٤-٢٠٢٥
الوقت : ثلاث ساعات

اسم الطالب : الرقم الامتحاني :

ملاحظة : أجب عن خمسة أسئلة فقط ، ولكل سؤال (٢٠) درجة .

س 1 : A) جد ناتج الضرب لأبسط صورة : $(\sqrt{5}\,h-4)\,(\,h-6)$

B) بسّط الجملة العددية التالية باستعمال ترتيب العمليات على الأعداد الحقيقية : $\frac{6\sqrt{50}}{3\sqrt[3]{-8}} \div \frac{2\sqrt{14}}{\sqrt{7}}$

س 2 : A) ورقة أسئلة تحتوي على (10) أسئلة ، والمطلوب الإجابة على (8) أسئله ، بكم طريقة يمكن اختيار الأسئلة ؟

B) حلّل (اثنين) ممّا يأتي : 1) $35+3y-2y^2$ 2) $2x^2-y^2$ 3) $4x^3-\frac{1}{2}$

س 3 : أجب عن فرعين فقط :

A) جد مجموعة حل النظام في R بطريقة التعويض :

$x+2y=1$ ..... (1)
$x-y=4$ ..... (2)

B) جد قيمة (a) التي تجعل ميل المستقيم المار بالنقطتين $(-5\,,a)$ ، $(1\,,6)$ يساوي $(\frac{1}{2})$

C) في الشكل المجاور برهن أنّ : $\overline{MK} \,//\, \overline{NJ}$

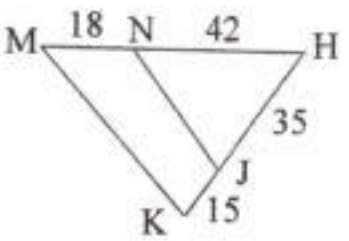

س 4 : A) اكتب الحد الثالث والعشرون من المتتابعة الحسابية $\{\,3\,,-1\,,-5\,,-9\,,\ldots\,\}$.

B) جد مجموعة حل المعادلة $2y^2-3=-5y$ باستعمال القانون العام .

س 5 : A) مستطيل يزيد طوله على عرضه بمقدار ($2\ cm$) ، فما طول المستطيل وعرضه إذا كانت مساحته ($120\ cm^2$) ؟

B) اختر الإجابة الصحيحة (لاثنين) ممّا يأتي :

1) ليكن $f: A \longrightarrow B$ ، $A=\{\,2\,,3\,,4\,,5\,\}$ ، $B=\{\,4\,,6\,,8\,\}$ وأنّ $f=\{\,(2,4),(3,6),(4,8),(5,8)\}$
فأنّ f يمثل تطبيقاً شاملاً لأنّ :

a) المدى ≠ المجال المقابل b) f تطبيق غير متباين c) المدى هو مجموعة A d) المدى = المجال المقابل

2) مجموعة حل المتباينة $-4 \le y-1 < 3$ هو .....

a) $S=\{y: -4 \le y < 3\}$ b) $S=\{y: -3 \le y < 4\}$ c) $S=\{y: -5 \le y < 4\}$ d) $S=\{y: -5 \le y < 2\}$

3) قيمة المقدار P_1^4 هي ..... a) 4 b) 5 c) 1 d) ليس أياً منها

س 6 : أجب عن فرعين فقط :

A) في المثلث ABC القائم الزاوية في B ، إذا كان $\sin A=\frac{1}{2}$ فجد : 1) $\cos A$ 2) $\tan C$

B) جد الحجم والمساحة الجانبية لهرم قاعدته مربعة الشكل طول ضلعها ($6\ cm$) وارتفاعه ($5\ cm$) ، وارتفاعه الجانبي ($8\ cm$) .

C) رمي حجري النرد مرّة واحدة ، ما احتمال ظهور عدد يقبل القسمة على (3) على الحجر الأول ، وعدد يقبل القسمة على (5) على الحجر الثاني ؟

اللجنة الدائمة للامتحانات العامة
الدراسة : المتوسطة
المادة : الرياضيات

جمهورية العراق – وزارة التربية
الامتحان التمهيدي ٢٠٢٤ – ٢٠٢٥
الوقت : ثلاث ساعات

اسم الطالب : الرقم الامتحاني :

ملاحظة : أجب عن خمسة أسئلة فقط ، ولكل سؤال ٢٠ درجة .

س 1 : A) اكتب المقدار الجبري التالي في أبسط صورة : $\frac{x^2}{x+2} - \frac{4}{x+2}$

B) جد مجموعة حل المتباينة : $|11y| - 2 \geq 9$ ومثلها على مستقيم الأعداد .

س 2 : أجب عن فرعين فقط :

A) جد مجموعة حل المعادلة $50 - 2y^2 = 0$ باستعمال قاعدة الجذر التربيعي .

B) جد قيمة كلاً ممّا يأتي : 1) C_4^6 2) P_0^8

C) اكتب الحدود الخمسة الأولى لمتتابعة حسابية حدّها العاشر (-26) وأساسها (-3) .

س 3 : A) اكتب الحد المفقود في المقدار $4m^2 + 20m + \dots\dots\dots$ ليصبح مربعاً كاملاً ، ثمّ حلله .

B) جد قيمة المقدار : $(\sec 60^\circ)^2 - (\tan 60^\circ)^2$

س 4 : A) جد مجموعة حل النظام في R بطريقة الحذف :

$x - 3y = 11$ ..... (1)

$2x + y = 8$ ..... (2)

B) جد معادلة المستقيم المار بالنقطة (1 , -1) والموازي للمستقيم المار بالنقطتين (6 , 0) ، (3 , −2) .

س 5 : أجب عن فرعين ممّا يأتي :

A) بيّن أنّ المعادله $Z^2 - 6Z + 28 = 0$ ليس لها حل في مجموعة الأعداد الحقيقية باستعمال المقدار المميز .

B) إذا كان $f : R \longrightarrow R$ إذ أنّ $f(x) = x + 2$ ، $g : R \longrightarrow R$ إذ أنّ $g(x) = 3x - 2$ ، جد قيمة x إذا كان $f \circ g(x) = 21$.

C) في الشكل المجاور ، جد طول قطعة المستقيم $\overline{AE}$ علماً أنّ : $\overline{AB} \parallel \overline{EF}$

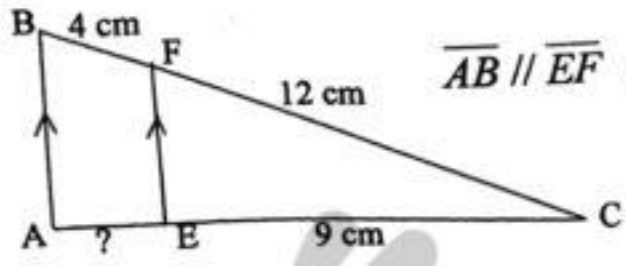

س 6 : A) عند رمي حجري النرد مرّة واحدة ، جد احتمال أن يكون مجموع العددين على وجهي الحجرين أكبر من 8 .

B) اختر الإجابة الصحيحة (لاثنين) ممّا يأتي :

1) في تحليل المقدار الجبري $3y^2 - 12y - 5y + 20 = (y-4)(3y - \square)$ الحد المفقود هو ..... .

a) 3 b) 6 c) 5 d) ليس أياً منها

2) المسافة بين النقطتين A(3 , 0) ، B(0 , 4) هي ..... .

a) 7 b) 12 c) 1 d) 5

3) محيط الثماني المنتظم الذي طول ضلعه 7 cm هو ..... .

a) 56 *cm* b) 48 *cm* c) 38.3 *cm* d) 45.5 *cm*

ملازمنا

اللجنة الدائمة للامتحانات العامة
الدراسة : المتوسطة
المادة : الرياضيات

جمهورية العراق - وزارة التربية
الدور الثاني / (٢٠٢٤ – ٢٠٢٥)
الوقت : ثلاث ساعات

اسم الطالب : الرقم الامتحاني :

ملاحظة : أجب عن خمسة أسئلة فقط ، ولكل سؤال ٢٠ درجة .

س 1 : A) بسّط الجملة العددية التالية باستعمال تنسيب المقام وترتيب العمليات على الأعداد الحقيقية : $\frac{\sqrt{33}-\sqrt{11}}{\sqrt{99}}$

B) مثّل المعادلة $y = 2x^2$ في المستوي الإحداثي .

س 2 : A) جد مجموعة حل النظام في R بطريقة الحذف :

$3x + 4y = 22$ ..... (1)
$4y - 3x = -14$ ..... (2)

B) اختر الإجابة الصحيحة (لاثنتين) مما يأتي :

1) حاصل ضرب المقدارين $(x - 8)(x + 8)$ يساوي ..... .

a) $x^2 - 64$ b) $x^2 + 64$ c) $x^2 + 16$ d) $x^2 - 16$

2) ميل المستقيم المار بالنقطتين (5 , -3) ، (8 , -3) هو ..... .

a) موجب b) سالب c) صفر d) غير معرف

3) مجموعة حل المعادلة $2Z^2 - 8 = 0$ في R هي ..... .

a) S = { 8 , - 8 } b) S = { 2 , - 2 } c) S = { 4 , - 4 } d) ليس أياً منها

س 3 : أجب عن فرعين فقط :

A) اكتب الحد المفقود في المقدار الجبري ..... + x 20 + 25 ليصبح مربعاً كاملاً ثم حلله .

B) جد قيمة x وطول AB في الشكل المجاور .

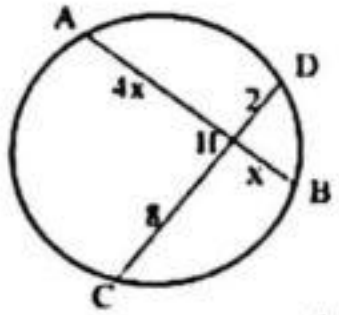

C) عند رمي حجري نرد مرة واحدة ، جد احتمال الحصول على عددين مجموعهما (5) أو مجموعهما (11) .

س 4 : : أجب عن فرعين فقط :

A) في الشكل المجاور ، جد قيم النسب المثلثية الثلاث للزاوية θ (tanθ , cosθ , sinθ) .

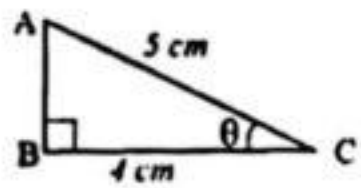

B) اكتب المقدار الجبري التالي في أبسط صورة : $\frac{Z^2+Z-6}{2Z^2+2Z-12} \div \frac{Z^2-16}{2Z+8}$

C) إذا كان $f(x) = 2x + 1$ ، $f: N \longrightarrow N$ ، $g(x) = x^2$ ، $g: N \longrightarrow N$ ، جد : $g \circ f(3)$ ، $f \circ g(3)$.

س 5 : A) حل المتباينة : $2|x| - 7 \geq 1$ ومثّلها على مستقيم الأعداد .

B) صالة طعام مستطيلة الشكل ينقص طولها عن مثلي عرضها بمقدار ($3\ m$) ومساحتها ($54\ m^2$) ، ما أبعاد الصالة ؟

س 6 : أجب عن فرعين فقط :

A) جد محيط ومساحة الشكل السداسي المنتظم الذي طول ضلعه ($4\ m$) وطول العامد $2\sqrt{3}\ m$.

B) جد قيمة كلاً مما يأتي : 1) P_3^7 2) $5! - 4!$

C) اكتب الحدّ الذي ترتيبه (101) في المتتابعة الحسابية التي حدّها الخامس (– 4) وأساسها (2) .

اللجنة الدائمة للامتحانات العامة
الدراسة : المتوسطة
المادة : الاجتماعيات
اسم الطالب :

جمهورية العراق – وزارة التربية
الدور الأول / ٢٠٢٤ – ٢٠٢٥
الوقت : ثلاث ساعات
الرقم الامتحاني :

ملاحظة : الإجابة عن خمسة أسئلة فقط ، ولكل سؤال (٢٠) درجة .

س١ : عرف (خمساً) ممّا يأتي :
المنطقة الجبلية ، الطقس ، المحاصيل الغذائية ، التوعية المرورية ، مدحت باشا ، العقداء الأربعة ، المواطنة .

س٢ : أ) ضع كلمة (صح) أمام العبارة الصحيحة وكلمة (خطأ) أمام العبارة غير الصحيحة لكل من العبارات الآتية :
١) الأسباب الاقتصادية هي من أهم أسباب الهجرة نظراً لارتفاع نسبة البطالة وقلة فرص العمل .
٢) تُطلق تسمية الذهب الأسود على النفط الخام لأنه يُعدّ من أهم الثروات الطبيعية في العالم .
٣) يُقصد بالتركيب البيئي للسكان هو تقسيم السكان إلى ذكور وإناث وإيجاد النسبة بينهما .
٤) تنتشر زراعة النخيل في العراق في المنطقة الجبليه .
٥) احتل السلطان (سليمان القانوني) بغداد عام ١٥٣٤ بعد انتصاره على الصفويين .

ب) ارسم خريطة العراق موضّحاً عليها نهري دجلة والفرات ، وثلاث من المواقع الآتية :
سهل السندي ، شط العرب ، مصفى الدورة ، سد وبحيرة الموصل ، زراعة فستق الحقل .

س٣ : علل (خمساً) ممّا يأتي :
١) تتعرض الهضبة الصحراوية الغربية لعوامل التعرية الشديدة .
٢) يفضّل السكان عادة السكن في المناطق السهلية .
٣) بالرغم من وجود العديد من المسطحات المائية التي تحيط بوطننا العراق إلاّ أنّ تأثيرها يكاد يكون محدوداً .
٤) تُعد ثورة العشرين في العراق حدثاً مهماً في تأريخه المعاصر .
٥) دعت بريطانيا عام ١٨٥٧ إلى مدّ سكة حديد الفرات في العراق .
٦) فكّرت بريطانيا من خلال شركة الهند الشرقية الإستفادة من نهري دجلة والفرات في النقل المائي في القرن التاسع عشر .

س٤ : أجب عن فرعين ممّا يأتي :
أ) ما أهم صفات درجات الحرارة في العراق ؟
ب) ماذا تضمّنت معاهدة السلم في مضيق الدردنيل عام ١٨٠٩ بين بريطانيا والدولة العثمانية ؟
جـ) عرّف (السياحة) ، وتكلم بإيجاز عن السياحة الأثرية في العراق .

س٥ : أكمل (خمساً) من العبارات الآتية بما يناسبها :
١) العلاقات الاجتماعية تقسم إلى ..... و ..... .
٢) اقترح الجنرال (سمطس) من اتحاد جنوب أفريقيا نظام ..... .
٣) تقرر في الاجتماع ووفقاً للقانون الأساسي العراقي إعلان فيصل ملكاً على العراق باسم الملك ..... ووضعه تحت وصاية خاله الأمير ..... .
٤) ..... هي الأشكال السطحية التي تتكون منها القشرة الأرضية من جبال وتلال وهضاب وسهول ووديان .
٥) الأقاليم المناخية في العراق هي إقليم مناخ البحر المتوسط و إقليم ..... و ..... .
٦) الأهوار الكبيرة في جنوب العراق هي الأهوار الوسطى وهور ..... و ..... .

س٦ : أجب عن فرعين ممّا يأتي :
أ) معركة الرارنجية من أهم المعارك التي شهدتها ثورة العشرين ، تكلم عنها بإيجاز .
ب) عدّد فقط أهم مشاريع السيطرة والخزن المقامة على نهر الفرات .
جـ) إنّ شبكة الإنترنيت عالم مفتوح وواسع لا تحكمه إي قيود ولا شروط ، ما هي سلبيات الإنترنيت ؟ عدّدها فقط .

اللجنة الدائمة للامتحانات العامة
الدراسة : المتوسطة
المادة : الاجتماعيات

جمهورية العراق – وزارة التربية
الدور الثاني / (٢٠٢٤ – ٢٠٢٥)
الوقت : ثلاث ساعات

اسم الطالب : الرقم الامتحاني :

ملاحظة : الإجابة عن خمسة أسئلة فقط ، ولكل سؤال (٢٠) درجة .

س١ : عرف (خمسةً) ممّا يأتي :
زهرة الشمس ، شط الحلة ، الصناعات التحويلية ، القيم الوطنية ، سليم الأول ، هارفورد جونز .

س٢ : أجب عن فرعين ممّا يأتي :
أ) تكلّم عن التجارة الخارجية ، وبيّن أهم الخصائص الأساسية لتجارة العراق الخارجية .
ب) منْ أهم أسس العلاقات الاجتماعية ، هي التواصل الاجتماعي ، وضّح ذلك .
جـ) ما الشروط التي وضعتها عصبة الأمم لأيّ دولة تريد إنهاء الانتداب ؟ عندها .

س٣ : علّل (خمساً) ممّا يأتي :
١) اضطر الملك (فيصل الأول) التوقيع على المعاهدة العراقية البريطانية عام ١٩٢٢ .
٢) تكوّن مكامن يتجمع فيها النفط يطلق عليها حقول النفط .
٣) وصف الوالي العثماني (مدحت باشا) بأنه أشهر الولاة المصلحين في العراق .
٤) يُعد الموقع الفلكي العامل الأكثر تأثيراً على المناخ .
٥) تشكيل (لجنة الأمن الداخلي في العاصمة) من قبل الحكومة العراقية عام ١٩٤١.
٦) تُعدّ دراسة السكان من أهم الموضوعات التي يهتم علم الجغرافية بدراستها .

س٤ : أكمل (خمساً) من العبارات الآتية بما يناسبها :
١) يُعد فصلي الربيع والخريف فصلان ..... لا تتجاوز مدتهما ..... في جميع أنحاء العراق .
٢) كان الشيخ ..... رئيس قبيلة زوبع على رأس الثائرين في غرب العراق عند امتداد ثورة العشرين .
٣) الثقة المتبادلة هي ..... يعبّر عن الإيمان بصدق الآخرين وأمانتهم وإخلاصهم .
٤) أهم الموانئ المطلة على الخليج العربي هي ميناء ..... و ..... وتُعدّ من أهم الموانئ التجارية بالنسبة للعراق .
٥) يقع وطننا العراق في ..... من الكرة الأرضية .
٦) يدخلُ نهر دجلة الأراضي العراقية عند قرية ..... وفيها يلتقي النهر بأول الروافد المغذية له .

س٥ : أ) أرسم خريطة العراق موضّحاً عليها نهري دجلة والفرات و(ثلاثه) من المواقع الآتية :
هضبة كركوك ، محافظة بغداد ، سد ديالى ، زراعة التبغ ، الفوسفات .

ب) لمعركة الشعيبة أهمية كبيرة ، وتُعدّ إحدى المعارك الحاسمة في تأريخ العراق ، وضّح أسباب ذلك .

س٦ : أ) كيف يمكن تنمية الإنتاج الحيواني في العراق ؟ (٦ درجات)

ب) اذكر أسباب أهمية نهر الفرات بالنسبة للحكومة البريطانية حسب عملية المسح والتحري التي قام بها (فرنسيس رودن جسني) عامي ١٨٣٠ ـ ١٨٣١ . (٨ درجات)

جـ) ما فوائد (واحدة) ممّا يأتي ؟ (٦ درجات)
١) المحافظة على نظافة المدرسة .
٢) نبتات الأهوار والمستنقعات .

اللجنة الدائمة للامتحانات العامة
الدراسة : المتوسطة
المادة : الاجتماعيات
اسم الطالب :

جمهورية العراق – وزارة التربية
الامتحان التمهيدي ٢٠٢٤ – ٢٠٢٥
الوقت : ثلاث ساعات
الرقم الامتحاني :

ملاحظة : الإجابة عن خمسة أسئلة فقط ، ولكل سؤال (٢٠) درجة .

س١ : عرف (خمساً) ممّا يأتي :
السهول ، النبات الطبيعي ، المياه الجوفية ، القيم الوطنية ، العثمانيون ، الانتداب ، جريدة الزوراء .

س٢ : أجب عن فرعين ممّا يأتي :
أ) تكلّم عن أصل النفط ، وبيّن كيف تكوّنت حقول النفط ؟
ب) ما الامتيازات التي منحتها الدولة العثمانية عام ١٦٠٤ للتجار الإنكليز ؟
جـ) عرّف (البيئة) ، وعدّد (أربعةً) من سبل المحافظة عليها .

س٣ : أ) اكمل (خمساً) من العبارات الآتية بما يناسبها :
١) من ضمن العلاقات الاجتماعية الرسمية هي علاقة ..... بإدارة المدرسة أو علاقة ..... بدائرته .
٢) تمّ قبول العراق عضواً في عصبة الأمم والاعتراف به كدولة مستقلة بتاريخ ..... .
٣) سُمّي العهد العثماني الأخير بعصر ..... أو عصر الإصلاحات .
٤) تُقسم هجرة السكان في العراق إلى قسمين ..... و ..... .
٥) تشمل حقوق الإنسان من حيث الأهمية ..... و ..... .
٦) للسياحة والاصطياف أهميه اقتصادية وثقافية و ..... و ..... .

ب) اتخذت حركات المعارضة للحكم العثماني أشكالاً عدّة في النصف الثاني من القرن السادس عشر ، من أهمّها إنتفاضة (عبد الغني آل جميل) ، أين حدثت ؟ وفي أيّ سنة ؟ وما أسبابها ونتائجها ؟

س٤ : علل (خمساً) ممّا يأتي :
١) لموقع العراق أهمية كبيرة .
٢) انعدام سقوط الأمطار في فصل الصيف .
٣) يُعدّ النقل المائي من أسهل وأرخص وسائط النقل .
٤) قرّر (مدحت باشا) في المجال العسكري الاعتماد على المواطنين العراقيين في تركيبة الجيش بدلاً من العنصر الأجنبي .
٥) اتهم الرأي العام في العراق بريطانيا بتدبير حادث مقتل الملك غازي .
٦) انتاج الخضروات لا يكفي لسد الحاجة المحلية .

س٥ : أ) عدّد فقط لكل ممّا يأتي :
١) الموارد المائية . (٣ درجات)
٢) العوامل التي يتأثر بها توزيع السكان . (٤ درجات)
٣) المحاصيل الزيتية . (٣ درجات)

ب) تمكّن البريطانيون من دخول مدينة الموصل واحتلالها وانسحبت القوات العثمانية من جميع أراضيها في (١٠ تشرين الثاني ١٩١٨) بدون أيّ قتال ، وضّح ذلك . (١٠ درجات)

س٦ : أ) ضع كلمة (صح) أمام العبارة الصحيحة وكلمة (خطأ) أمام العبارة غير الصحيحة لـ (خمس) من العبارات الآتية :
١) يُعدّ العراق من أهم خطوط النقل الجوي في العالم لأنّ سمائه تجوبها الكثير من خطوط الطيران الجوية .
٢) (سليمان العسكري) هو قائد القوات العثمانية في معركة الشعيبة بين القوات العثمانية والقوات الصفوية .
٣) بسبب نهر الكارون عرقلة حركة الملاحة في شط العرب بسبب الكميات الكبيرة من الطمى التي يرسبها في شط العرب .
٤) انطلقت ثورة العشرين في (٣٠ حزيران ١٩٢٠) بقيادة (شعلان أبو الجون) شيخ عشيرة في الرمادي ثمّ عمّت الفرات الأوسط .
٥) يتميّز نهر دجلة بكثرة تعرجاته وخاصة في جزئه الواقع بين شمال مدينة بغداد والكوت .
٦) من سلبيات الإنترنيت هو عرضه برامج ودروس تسهم في رفع ثقافة الفرد .

ب) ارسم خريطة العراق موضّحاً عليها نهري دجلة والفرات وثلاث من المواقع الآتية :
هلكرد ، سد دوكان ، نطاق ضفاف الأنهار ، زراعة التبغ ، سدة الرمادي .

باركود الاجوبة والملاحظات

اللجنة الدائمة للامتحانات العامة
الدراسة : المتوسطة
المادة : الإنسان وصحته

جمهورية العراق - وزارة التربية
الدور الأول / ٢٠٢٤ - ٢٠٢٥
الوقت : ثلاث ساعات

اسم الطالب :

الرقم الامتحاني :

ملاحظة : أجب عن خمسة أسئلة فقط ، ولكل سؤال

س١: أ) عرّف (أربعة) من المفاهيم الآتية : (١٢ درجة)
عظم القص ، الإعياء العضلي ، كيس الصفراء ، قناتا البيض ، اللقاح الثلاثي .
ب) إرسم (الزغابة) مع التأشير . (٨ درجات)

س٢: أ) ماذا نسمّي (أربعة) من المفاهيم الآتية ؟ (٨ درجات)
١) الجزء القرصي المسطح من الفقرة .
٢) العضلة التي تدير الو
٣) شرايين تأتي من الشريان الأبهر لتغذي عضلة القلب .
٤) أكبر جزء بالدماغ .
٥) مستودعان يحفظان الخلايا التناسليه الذكرية بعد نضجها .

ب) أجب عمّا يأتي :
١) عدّد (أربعة) من العوامل التي تؤثر على إلتئام الكسور (٤ درجات)
٢) وضّح آلية عملية الشهيق بنقاط . (٨ درجات)

س٣: أ) مَن المسؤول أو المسبب (لأربعة) ممّا يأتي ؟ (٨ درجات)
مرونة العظام ، يصبح الإنسان قزماً ، إفراز حامض الهيدروكلوريك المخفف ، فقر الدم ، تصنيع إنزيم الهيبارين .

ب) إملأ الفراغات بما يناسبها (لاثنتين) من العبارات الآتية : (١٢ درجة)
١) الغدد الملحقة بالجهاز التناسلي الذكري هما ..... و..... .
٢) إنّ الأجزاء الحسّاسة لاستقبال الأشعة الساقطة على شبكية العين مؤلفة من تراكيب حسّية بهيئة ..... و ..... .
٣) يفرز الفص الخلفي الأبيض من الغدة النخامية هرمونان هما ..... و..... .

س٤: أ) أذكر موقع (أربعة) ممّا يأتي : (٨ درجات)
السمحاق ، العضلات الملساء ، براعم المرارة ، اللمف الخارجي ، الغدتان الكظريتان .

ب) أجب عمّا يأتي : (١٢ درجة)
١) قارن بين المصول واللقاحات .
٢) إرسم مع التأشير على الأجزاء : نطفة الأنسان .

س٥: علل (خمس) ممّا يأتي :
١) اقتصرت أصابع القدم على المشي .
٢) لا يختلط الدم المؤكسج والدم غير المؤكسج داخل القلب .
٣) تبطّن القصبة الهوائية بغشاء مخاطي مهدب
٤) انتشار الغدد الدهنية في أدمة الجلد .
٥) يجب وضع منديل عند العطاس .
٦) ضرورة إجراء الفحص الطبي قبل الزواج

س٦: أ) ما وظيفة أو أهمية (أربعة) ممّا يأتي ؟ (٨ درجات)
الأقراص الغضروفية ، العضلة العاصرة البوابية ، إنزيم التايلين ، العقد اللمفاوية ، البزبز .

ب) أجب عمّا يأتي :
١) ما أعراض الإصابة بالبول الزلالي؟ (٤ درجات)
٢) إرسم مع التأشير خلية عصبية نموذجية (٨ درجات)

اللجنة الدائمة للامتحانات العامة
الدراسة : المتوسطة
المادة : الإنسان وصحته

جمهورية العراق - وزارة التربية
الدور الثاني / (٢٠٢٤ – ٢٠٢٥)
الوقت : ثلاث ساعات

اسم الطالب : الرقم الامتحاني :

ملاحظة : أجب عن خمسة أسئلة فقط ، ولكل سؤال ٢٠ درجة .

س١: أ) عرّف (أربعة) من المفاهيم الآتية : (١٢ درجة)
الثقب الأعظم ، اللسان ، الهضم ، الأطفال الخدج ، الحول ، الأعصاب القحفية .
ب) إرسم مع التأشير على الأجزاء : تركيب الفقرة النموذجية . (٨ درجات)

س٢: أ) ماذا نسمّي (أربعة) من المفاهيم الآتية ؟ (٨ درجات)
١) جزء من الأمعاء الدقيقة على شكل حرف U يحيط بالبنكرياس .
٢) أضلاع ترتبط بغضروف الضلع السابع .
٣) سائل من ضمن مكونات الدم يميل لونه إلى الإصفرار ، يشكّل نحو (55 %) من الدم .
٤) عضو مسؤول عن تنظيم حركة العضلات الإرادية في الجسم .
٥) غدد تقوم بإفراز سوائل مختلفة تعمل على المحافظة على حيوية ونشاط النطف (الحيامن) .
٦) مرض ناجم من خلل في الكلية يؤدي إلى ترشيح جزيئات البروتين من الدم إلى خارج الجسم مع البول .

ب) أجب عمّا يأتي :
١) اذكر (أربعة) من وظائف الكبد . (٤ درجات)
٢) وضّح مبدأ عمل العين (الإبصار) . (٨ درجات)

س٣: أ) مَن المسؤول أو المسبب (لأربعة) ممّا يأتي ؟ (٨ درجات)
الزحار الأميبي ، تنقية اللمف من البكتريا ، حصى الكلية ، متلازمة مرض الإيدز ، حب الشباب .
ب) إملأ الفراغات بما يناسبها (لثلاث) من العبارات الآتية : (١٢ درجة)
١) البلعوم هو أنبوب عضلي مشترك بين الجهاز ..... والجهاز ..... .
٢) تتألف الغدة الكظرية الواحدة من طبقتين خارجية صفراء تدعى ..... وداخلية رمادية اللون تدعى ..... .
٣) تتكوّن كريات الدم البيض الحبيبية في ..... بينما تتكوّن كريات الدم البيض غير الحبيبية في ..... .
٤) يحتوي اللغاب على إنزيم ..... الذي يقوم بهضم المواد ..... .

س٤: أ) أذكر موقع (أربعة) ممّا يأتي : (٨ درجات)
المستقيم ، الحبال الصوتية ، العين ، القلب ، العامل الريسي ، القنوات الهلالية .
ب) أجب عمّا يأتي :
١) قارن بين الأسنان اللبنية والأسنان الدائمية . (٤ درجات)
٢) إرسم مع التأشير على الأجزاء : الأمعاء الغليظة في الإنسان . (٨ درجات)

س٥: أ) علل (أربع) ممّا يأتي : (١٢ درجة)
١) إفراز حامض الهيدروكلوريك المخفف (HCl) في المعدة .
٢) وجود سائل حيوي في فراغ الجنب بين الأغشية الرئوية .
٣) إنتشار شبكة من الشعيرات الدموية في الغشاء المخاطي لجدار الأنف .
٤) يُنصح بعدم عمل أي وشم على الجلد .
٥) تتصل بالأذن الوسطى قناة أوستاكي التي تربط الأذن الوسطى مع أعلى البلعوم .
ب) أجب عمّا يأتي :
١) بماذا تمتاز العضلات القلبية ؟ (٣ درجات)
٢) ما المناعة الإيجابية ؟ وكيف يتمّ الحصول عليها ؟ (٥ درجات)

س٦: أ) ما وظيفة أو أهمية (أربعة) ممّا يأتي ؟ (٨ درجات)
الأربطة ، الأوردة ، المبيضان ، الغدة الدمعية ، الخلايا الحسيّة في الجلد ، القناة اللمفاوية اليسرى .
ب) أجب عمّا يأتي :
١) عدّد أنواع الجيوب الأنفية . (٣ درجات)
٢) إرسم مع التأشير على الأجزاء : الجهاز البولي في الإنسان . (٩ درجات)

اللجنة الدائمة للامتحانات العامة
الدراسة : المتوسطة
المادة : الإنسان وصحته
اسم الطالب

جمهورية العراق - وزارة التربية
الامتحان التمهيدي ٢٠٢٤ ـ ٢٠٢٥
الوقت : ثلاث ساعات

الرقم الامتحاني :

ملاحظة : أجب عن خمسة أسئلة فقط ولكل سؤال ٢٠ درجة .

س١ : أ) عرّف (أربعة) من المفاهيم الآتية : (١٢ درجة)
التمثيل الغذائي ، البلازما ، ذات الجنب ، كيس الصفن ، الجيوب الأنفية ، الإفراز .

ب) ارسم مع التأشير على الأجزاء : جزء مكبر من المقطع العرضي في العظم . (٨ درجات)

س٢ : أ) ماذا نسمّي (أربعة) من المفاهيم الآتية ؟ (١٢ درجة)
١) عظم مثلث الشكل يقع خارج القفص الصدري من الناحية الخلفية .
٢) خلل في العضلات المحركة للعين يمكن إصلاحه بالتداخل الجراحي .
٣) جزء يلي الأثنا عشر ، ولا يثبت فيه الطعام ويكون خالي من الطعام عند وفاة الإنسان .
٤) حاجز عضلي محدب إلى الأعلى يفصل التجويف الصدري عن التجويف البطني .
٥) بثور تظهر عادة حول الشفتين تسببها أنواع معينه من الفيروسات .

ب) أجب عمّا يأتي : (٨ درجات)
١) ما مميزات جهاز الدوران في الإنسان ؟ عدّدها .
٢) ما الفرق بين المناعة الإيجابية والمناعة السلبية ؟

س٣ : أ) مَنْ المسؤول أو المسبب (لأربعة) ممّا يأتي ؟ (١٢ درجة)
ربط العضلات بالعظام ، الدوار ، مرض الكوليرا ، داء السكر ، السيطرة على مراكز الحواس .

ب) املأ الفراغات الآتية بما يناسبها : (٨ درجات)
١) في الدورة الدموية الكبرى يصل الدم من ..... إلى سائر أنحاء الجسم بوساطة ..... .
٢) الرئة اليمنى مكونة من ..... أمّا الرئة اليسرى فمكونة من ..... يستقرّ بينهما القلب .

س٤ : أ) انكر موقع (أربعة) ممّا يأتي : (١٢ درجة)
الحنجرة ، المريء ، القلب ، الحالب ، براعم الحلاوة .

ب) أجب عمّا يأتي : (٨ درجات)
١) قارن بين الأسنان اللبنية والأسنان الدائمية .
٢) ارسم مع التأشير على الأجزاء : العضلات الملساء .

س٥ : أ) علل (أربعة) ممّا يأتي : (١٢ درجة)
١) وجود الوسائد الغضروفية بين الفقرات .
٢) قيام الشخص بإفراج قدميه عند رفعه لجسم ثقيل .
٣) السعال الديكي من الأمراض التي تنتشر في المدن أكثر من الأرياف .
٤) ينصح المصاب بحصى الكلية بالتقليل من تناول الطماطة والسبانخ .
٥) اللجوء في بعض الأحيان إلى تقنية أطفال الأنابيب .

ب) أجب عمّا يأتي : (٨ درجات)
١) تتبع بالأسهم مسار اللقمة بالجهاز الهضمي .
٢) ما أعراض مرض فقر الدم ؟

س٦ : أ) ما وظيفة أو أهمية (أربعة) ممّا يأتي ؟ (١٢ درجة)
العضلات الدالية ، المادة الصفراء ، الأظافر ، الحبل السريّ ، المخيخ .

ب) أجب عمّا يأتي : (٨ درجات)
١) ارسم مع التأشير على الأجزاء : جدران الوعاء الدموي الشعري .
٢) كيف يتمّ الوقاية من مرض النزلة الشعبية ؟

ملازمنا

اللجنة الدائمة للامتحانات العامة
الدراسة : المتوسطة
المادة : الكيمياء

جمهورية العراق – وزارة التربية
الدور الأول / ٢٠٢٤ – ٢٠٢٥
الوقت : ثلاث ساعات

ملاحظة : أجب عن خمسة أسئلة فقط ، ولكل سؤال (٢٠) درجة .

س١: أ) وضّح كيف يمكنك تحضير غاز الكلور في المختبر ؟ معززاً إجابتك بالمعادلة الكيميائية الموزونة مع رسم الجهاز والتأشير على الأجزاء . (١٢ درجة)

ب) أجب عمّا يأتي : (٨ درجات)

١) ما الفرق بين الجبس الاعتيادي وجبس باريس ؟
٢) للسليكون استخدامات واسعة ، اذكر (اثنين) من هذه الاستخدامات .

س٢: أ) عنصر عدده الذري (6) ، أجب عمّا يأتي : (١٢ درجة)

١) اكتب الترتيب الإلكتروني له . ٢) بيّن التدرج في الطاقة حسب مستويات الطاقه الثانوية .
٣) اكتب عدد الإلكترونات في كل مستوى رئيسي من الطاقة حول نواة العنصر .
٤) اكتب رمز لويس لهذه الذرة .

ب) أكمل (اثنتين) من العبارات الآتية بما يناسبها : (٨ درجات)

١) جميع الكلوريدات قابلة للذوبان في الماء عدا ..... و ..... .
٢) سبب تميؤ ملح الطعام العادي يُعزى إلى إحتوائه على شوائب من ..... أو ..... أو كليهما .
٣) كحول الأثيل يشتعل بلهب أزرق باهت مكوّناً ..... و ..... .

س٣: أ) كيف يمكنك الكشف عن غاز كبريتيد الهيدروجين H_2S ؟ معززاً إجابتك بمعادلة كيميائية موزونة . (١٠ درجات)

ب) ضع كلمة (صح) أمام العبارة الصحيحة وكلمة (خطأ) أمام العبارة غير الصحيحة ، ثمّ صحح الخطأ إن وجد : (لاثنتين فقط) (١٠ درجات)

١) يميل الفسفور إلى تكوين مركبات تساهمية .
٢) عندما يُكوّن الغاز النبيل مركبات فيكون ذا كهرسلبية واطئة جداً .
٣) يُستخدم مصطلحي مشبع وغير مشبع لوصف تركيز المحلول .

س٤: أ) علل (ثلاث) ممّا يأتي : (١٢ درجة)

١) يُعدّ الفسفور الأبيض مادة سامة بالنسبة لخلايا الكائنات الحيّة .
٢) المحلول فوق المشبع محلول غير ثابت .
٣) البنزين أو البنزول C_6H_6 يشتعل بلهب داخن جداً .
٤) يستعمل حجر الصوّان والكوارتز في قطع الزجاج وتخديش الحديد الصلب .

ب) ما كتلة هيدروكسيد الصوديوم اللازم إذابتها في (0.5 L) من الماء المقطر للحصول على تركيز منها في المحلول بمقدار (10 g/L) ؟ (٨ درجات)

س٥: أ) أكمل ووازن (اثنتين) من المعادلات الآتية ؟ (١٠ درجات)

1) $SiO_2 + C \xrightarrow{\Delta}$
2) $Al + Fe_2O_3 \longrightarrow$
3) $NH_3 + O_2 \longrightarrow$

ب) اختر من بين القوسين ما يناسب التعابير الآتية : (١٠ درجات)

١) يستعمل (كلوريد البوتاسيوم ، كلوريد الصوديوم ، كلوريد الألمنيوم) في دباغة الجلود .
٢) غاز (الميثان ، الأمونيا ، ثنائي أوكسيد الكبريت) من أكثر مسببات الأمطار الحامضية .

س٦: أ) عرف (اثنين) ممّا يأتي : (السلوك الأمفوتيري ، إطفاء الجير ، الألكانات) . (١٠ درجات)

ب) أجب عمّا يأتي :

١) قارن بين سبائك الألمنيوم من حيث نسب مكوناتها فقط . (٦ درجات)
٢) ما هي أهم فروض النظرية الذرية الحديثة ؟ (٤ درجات)

اللجنة الدائمة للامتحانات العامة
الدراسة : المتوسطة
المادة : الكيمياء
اسم الطالب :

جمهورية العراق – وزارة التربية
الامتحان التمهيدي ٢٠٢٤ – ٢٠٢٥
الوقت : ثلاث ساعات

الرقم الامتحاني

ملاحظة : أجب عن خمسة أسئلة فقط ، ولكل سؤال (٢٠) درجة .

س١: أ) إذا كان العنصران $_{11}Na$ ، $_{17}Cl$ فأجب عمّا يأتي : (١٢ درجة)
١) اكتب الترتيب الإلكتروني لكل عنصر .
٢) عدد الإلكترونات غير المزدوجة لكل ذرة عنصر .
٣) رمز لويس لكل منهما .

ب) أختر الانسب ما بين القوسين : (٨ درجات)
١) يكون الكلور في مركباته على العموم (أحادي ، ثنائي ، ثلاثي) التكافؤ .
٢) يُعد حامض (الهيدروكلوريك ، الكبريتيك ، النتريك) من أهم الحوامض الأوكسجينية للنتروجين .

س٢: أ) احسب النسب الكتلية لكل من المذاب والمذيب في محلول محضّر من إذابة 48.2 g من السكر في 498 g من الماء . (١٠ درجات)

ب) علل (اثنين) ممّا يأتي : (١٠ درجات)
١) سُمّيت عناصر الزمرة الأولى بالفلزات القلوية .
٢) يسلك حامض الكبريتيك كعامل مجفف .
٣) يجمع غاز كلوريد الهيدروجين (HCl) بإزاحة الهواء إلى الأعلى .

س٣: أ) وضّح كيف يمكنك تحضير غاز الأمونيا في المختبر؟ معززاً إجابتك بالمعادلة الكيميائية الموزونة ، مع رسم الجهاز مؤشراً على الأجزاء . (١٢ درجة)

ب) أجب عمّا يأتي : (٨ درجات)
١) ما أهم خام يستعمل لاستخلاص الألمنيوم ؟ اذكره مع كتابة الصيغه الكيميائية له .
٢) كيف تبرهن على وجود الكاربون في المركبات العضوية ؟ اذكر تجربة بسيطة واحدة .

س٤: أ) كيف يمكنك الكشف عن أيون الألمنيوم في محاليل مركباته؟ معززاً إجابتك بمعادلة كيميائية موزونة . (١٠ درجات)

ب) ضع كلمة (صح) أمام العبارة الصحيحة وكلمة (خطأ) أمام العبارة غير الصحيحة ، ثمّ صحح الخطأ إن وجد : (لاثنتين فقط) (١٠ درجات)
١) يُنسب اكتشاف نواة العنصر للعالم (ثومسون) .
٢) هيدريدات السليكون مركبات تتكون من السليكون والأوكسجين .
٣) حامض الخليك يمتزج بالماء بأية نسبة كانت .

س٥: أ) عرّف (اثنين) ممّا يأتي : السحابة الإلكترونية ، المحلول المشبع ، السليكونات . (١٠ درجات)

ب) أجب عمّا يأتي :
١) اذكر الصفات العامة لعناصر الزمرتين IA و IIA . (٦ درجات)
٢) ما هي استعمالات غاز الإستيلين ؟ عدّدها (٤ درجات)

س٦: أ) أكمل ووازن (اثنتين) من المعادلات الآتية : (١٠ درجات)

1) $FeS + H_2SO_4 \longrightarrow$
2) $SiF_4 + K \longrightarrow$
3) $HCl + MnO_2 \xrightarrow{\text{حرارة}}$

ب) أملأ الفراغات الآتية بما يناسبها : (١٠ درجات)
١) يدعى محلول هيدروكسيد الكالسيوم الصافي بـ .....
٢) ..... هي أملاح لحامض الكبريتيك .

اللجنة الدائمة للامتحانات العامة
الدراسة : المتوسطة
المادة : الفيزياء

جمهورية العراق - وزارة التربية
الدور الثاني / (٢٠٢٤ – ٢٠٢٥)
الوقت : ثلاث ساعات

اسم الطالب : الرقم الامتحاني :

ملاحظة / الإجابة عن خمسة أسئلة فقط ، ولكل سؤ ال (٢٠) درجة .

س 1 : A) شحنتان كهربائيتان نقطيتان مقدار الشحنة الأولى ($+6 \times 10^{-6}\ C$) ومقدار الشحنة الثانية ($+2 \times 10^{-6}\ C$) والبعد بينهما ($0.03\ m$) ، احسب مقدار القوة الكهربائية المتبادلة بينهما مبيّناً نوع القوة .
علماً أنّ ثابت كولوم $k = 9 \times 10^{9}\ N \cdot m^2/C^2$.

B) اختر الإجابة الصحيحة من بين الأقواس (لاثنتين) ممّا يأتي :
1) الشحنات الكهربائية المتحركة تولد : (مجال كهربائي فقط ، مجال مغناطيسي فقط ، مجال كهربائي ومغناطيسي).
2) الطاقة المتولدة من حركة أو سقوط المياه تدعى الطاقة : (الحيوية ، المائية ، الشمسية ، النووية) .
3) يمثل المجال المغناطيسي بالرسم بخطوط تمتاز بأنّها :
(غير مقفلة ، تتجه من القطب الشمالي إلى القطب الجنوبي خارج المغناطيس ، تتقاطع فيما بينها ومرئية)

س 2 : A) وضّح بنشاط يمكن من خلاله حساب القدرة الكهربائية .

B) ما الفائدة العملية لكل ممّا يأتي ؟
1) الأوميتر . (درجتان) 2) الكشاف الكهربائي . (٤ درجات)
3) المحولة الخافضة. (٤ درجات)

س 3 : A) من ملاحظة الشكل المجاور ، احسب مقدار :
1) المقاومه المكافئة .
2) فرق الجهد على طرفي كل مقاومة .
3) مقدار التيار المنساب في كل مقاومة .

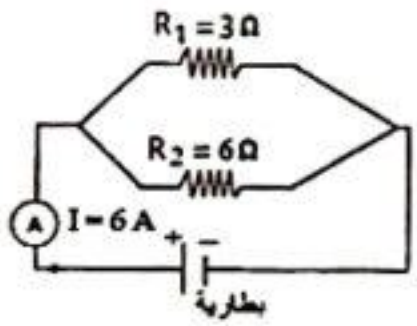

B) عرف (اثنين) ممّا يأتي :
التيارات الدوامة ، الأقطاب المغناطيسية ، القمر الصناعي .

س 4 : A) إذا كانت القدرة الداخلة في الملف الابتدائي لمحولة كهربائية (220 W) وخسائر القدرة فيها (11 W) ، جد كفاءة المحولة . (٨ درجات)

B) أكمل (اثنتين) من العبارات الآتية بما يناسبها : (١٢ درجة)
1) الفاصم يجب أن يربط على ..... مع السلك ..... .
2) خلية وقود الهيدروجين تعمل على تحويل الطاقة ..... إلى طاقة ..... .
3) يمكن أن نحصل على المغانط الدائمية والمغانط المؤقتة بطريقتين هما ..... و ..... .

س 5 : A) إنسابت كمية من الشحنات الكهربائية مقدارها (20 C) من خلال بطارية فاكتسبت طاقة مقدارها (40 J) ، ما مقدار القوة الدافعة الكهربائية (emf) للبطارية ؟

B) علل (لاثنتين) ممّا يأتي :
1) تتعادل شحنة الجسم المشحون بالشحنة الموجبة أو السالبة عند إيصاله بالأرض .
2) عند عطب أو تلف أحد المصابيح فإنّ جميع المصابيح المربوطة معه على التوازي تبقى متوهجة .
3) المصباح الذي قدرته (100 W) أكثر إضاءة من المصباح الذي قدرته (60 W) .

س 6 : أجب عن (أربعة) ممّا يأتي :
1) ما مميزات ربط الخلايا (الأعمدة) الكهربائية على التوالي ؟
2) اذكر مبدأ عمل تكنولوجيا طاقة المد والجزر .
3) وضّح قاعدة الكف اليمنى لتحديد اتجاه المجال المغناطيسي حول سلك مستقيم ينساب فيه تيار كهربائي مستمر .
4) اذكر طبقات الغلاف الجوي الرئيسة .
5) ما المكونات الأساسية للمولد الكهربائي ؟

ملازمنا

اللجنة الدائمة للامتحانات العامة
الدراسة : المتوسطة
المادة : الفيزياء
اسم الطالب :

جمهورية العراق - وزارة التربية
الامتحان التمهيدي ٢٠٢٤ - ٢٠٢٥
الوقت : ثلاث ساعات
الرقم الامتحاني :

ملاحظة / الإجابة عن خمسة أسئلة فقط ، ولكل سؤ ال (٢٠) درجة .

س 1 : A) شحنة كهربائية نقطية موجبة مقدارها ($3 \times 10^{-9}C$) وضعت عند نقطة في مجال كهربائي فتأثرت بقوة ($6 \times 10^{-6}N$) ، ما مقدار المجال الكهربائي في تلك النقطة ؟

B) اختر الإجابة الصحيحة من بين الأقواس (لاثنتين) ممّا يأتي :
1) الخلية الكلفانية البسيطة هي (بطارية أولية ، بطارية ثانوية ، بطارية وقود ، بطارية قابلة للشحن) .
2) لا يعتمد مقدار المقاومه الكهربائية لسلك موصل على :
(قطر السلك ، طول السلك ، نوع مادة السلك ، التيار الكهربائي المنساب في السلك) .
3) المولد الكهربائي يحوّل الطاقة الميكانيكة إلى طاقة (كيميائية ، كهربائية ، مغناطيسية ، ضوئية) .

س 2 : A) ما مقدار التيار المنساب خلال مقطع عرضي في موصل تعبر خلاله شحنات كهربائية مقدارها ($9\mu C$) في زمن مقداره ($3\ \mu s$) ؟

B) عرف (اثنين) ممّا يأتي : العوازل ، المقاومة الداخلية للبطارية ، المجال المغناطيسي .

س 3 : A) إذا استعمل مجفف شعر لمدة (20 minutes) ، وكانت قدرة المجفف ($1500\ W$) ، احسب مقدار الطاقة الكهربائية المستثمرة في المجفف .

B) ما الفائدة العملية لكل من ؟
1) الكشاف الكهربائي .
2) بطارية (أيون – الليثيوم) .

س 4 : أجب عن (خمسة) ممّا يأتي :
1) عدّد مكونات الدائرة الكهربائية البسيطة .
2) عدّد (اثنين فقط) من استعمالات الأقمار الصناعية العلمية .
3) عدّد أنواع المحولات الكهربائية .
4) اذكر مبدأ عمل طاقة الرياح
5) عدّد طرائق شحن الأجسام بالكهربائية الساكنة . (اذكر طريقتين فقط) .
6) ما الإجراءات الواجب اتخاذها لغرض الحماية من مخاطر الكهرباء ؟ (اذكر إجرائين اثنين فقط)

س 5 : A) محولة كهربائية عدد لفات ملفها الثانوي (300 turn) وعدد لفات ملفها الابتدائي (6000 turn) ، فإذا كانت الفولطية المتناوبة المطبقة على ملفها الابتدائي (240 V) ، فكم تكون الفولطية الخارجة من ملفها الثانوي ؟ (٨ درجات)

B) املأ الفراغات الأتية بما يناسبها (لثلاث) من العبارات الأتية : (١٢ درجة)
1) القابس الكهربائي يتركب من السلكين ..... و ..... والسلك المؤرض E .
2) يفقد المغناطيس مغناطيسيته بطريقتين هما ..... و ..... .
3) الوقود المستعمل في المفاعلات النووية هو ..... .
4) الشحنات الكهربائية المختلفة ..... مع بعضها بينما الشحنات الكهربائية المتشابهة ..... مع بعضها .

س 6 : A) اشرح نشاط يمكنك فيه مشاهدة خطوط المجال المغناطيسي باستعمال برادة الحديد لساق مغناطيسية مستقيمة .

B) علل (اثنتين) ممّا يأتي :
1) تحتاج المحولة الكهربائية لإشتغالها إلى تيار متناوب .
2) يفضل ربط المصابيح والأجهزة الكهربائية في الدوائر الكهربائية في المنازل على التوازي .
3) تجهز سيارات نقل الوقود بسلاسل معدنية في مؤخرتها تلامس الأرض .

اللجنة الدائمة للامتحانات العامة
الدراسة : المتوسطة
المادة : الفيزياء

جمهورية العراق - وزارة التربية
الدور الأول / ٢٠٢٤ - ٢٠٢٥
الوقت : ثلاث ساعات

اسم الطالب :

ملاحظة / الإجابة عن خمسة أسئلة فقط ، ولكل سؤال (٢٠) درجة .

س 1 : A) شحنة كهربائية مقدارها ($+3\ \mu C$) وضعت عند نقطة P في مجال كهربائي ، وكان مقدار المجال الكهربائي $4 \times 10^6\ \frac{N}{C}$. احسب مقدار القوة الكهربائية المؤثرة فيها .

B) عرف (أثنين) ممّا يأتي :
1) الموجات الأرضية . 2) المحولة الكهربائية . 3) المرحل الكهربائي .

س 2 : A) المقاومتان (R , $4\ \Omega$) ربطتا على التوالي مع بعضهما ، ثمّ ربطتا على طرفي مصدر فرق جهده الكهربائي ($18\ V$) فانساب تيار كهربائي في الدائرة مقداره ($3\ A$) ، احسب مقدار :
1) المقاومة المجهولة R .
2) فرق الجهد الكهربائي على طرفي كل مقاومة .

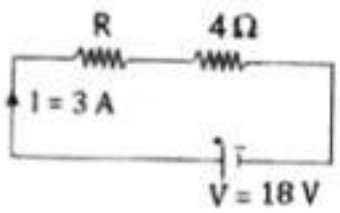

B) علّل (اثنين) ممّا يأتي :
1) تتعادل شحنة الجسم المشحون بالشحنة الموجبة أو السالبة عند إيصاله بالأرض .
2) تؤرض الأجهزة الكهربائية وبالخصوص ذات الغلاف المعدني .
3) يزداد المجال المغناطيسي لملف ينساب فيه تيار كهربائي مستمر عند وضع قطعة حديد في جوفه .

س 3 : A) إبريق شاي كهربائي يعمل على فرق جهد ($240\ V$) وينساب في ملف الإبريق تيار مقداره ($10\ A$) .
احسب مقدار : 1) قدرة الإبريق .
2) الطاقة الكهربائية المستثمرة (المستهلكة) خلال ($20\ s$) .

B) اختر الجواب الصحيح (لاثنين) ممّا يأتي :
1) الوقود المستعمل في المفاعلات النووية هو (الكادميوم ، الراديوم ، الثوريوم ، اليورانيوم) .
2) الذرة المتعادلة هي ذرة : (لا تحمل مكوناتها أية شحنة ، عدد الإلكترونات فيها يساوي عدد البروتونات ، عدد الإلكترونات فيها أكبر من عدد البروتونات ، عدد الإلكترونات فيها يساوي عدد النيوترونات) .
3) الغاية من الأقمار الصناعية العلمية :
(تصوير المواقع الأرضية ، مراقبة الطقس والأنواء الجوية ، لأغراض الأتصالات ، للأغراض العسكرية) .

س 4 : A) اشرح نشاط توضّح فيه بأنّ المجال المغناطيسي يمكنه النفاذ خلال جسم الإنسان .

B) ما مكونات كل من ؟ (لاثنين فقط)
الخلية الجافة ، الجرس الكهربائي ، الدائرة الكهربائية البسيطة .

س 5 : A) محولة كهربائية كفاءتها ($80\ \%$) وكانت القدرة الخارجة منها ($4.8\ kw$) ، فما مقدار القدرة الداخلة في المحولة ؟ (٨ درجات)

B) املأ الفراغات الأتيه بما يناسبها : (١٢ درجة)
1) يُنتج الوقود الحيوي السائل بنوعين هما ..... و ..... .
2) خلية وقود الهيدروجين تعمل على تحويل الطاقة ..... إلى طاقة ..... .
3) يفقد المغناطيس مغناطيسيته بطرائق عدة منها ..... و ..... .

س 6 : أجب عن (خمسة) ممّا يأتي :
1) ما البطارية الثانوية ؟ اذكر مثال لها .
2) وضّح الفائدة الاقتصادية من نقل القدرة الكهربائية إلى مسافات بعيدة بفولطية عالية وتيار واطئ .
3) عدّد فقط أهم مصادر الطاقة المتجددة (البديلة) .
4) ما المقصود بالتيار المستمر ؟ وما هي مصادر توليده ؟
5) اذكر (أربعة) غازات من مكونات الغلاف الجوي .
6) عدّد فقط العوامل التي يتوقف عليها مقدار مقاومة الموصل .